제 7회
빅데이터분석기사 기출복원 문제

무료 동영상 강의	단기 합격 전략	출제예상/기출문제
60개 (13시간)	30일 학습플랜	1187개

출제예상문제 627개 + 기출문제 560개 (제2회~8회)

단원별 출제경향 및 출제빈도 완벽 분석

무료 동영상 강의
기출 풀이 및 13시간 분량 동영상 무료제공
QR 코드 클릭!!! --> 핵심 개념, 유튜브 동영상 링크

"빅분기의 모든것", 교재 상세 소개

https://blog.naver.com/buksamfight/223474845939

교제 문의 및 내용 문의(Q&A) : 아이리포카페,

https://cafe.naver.com/ilifobooks

입문자/비전공자도 쉽게 이해 할 수 있는 설명

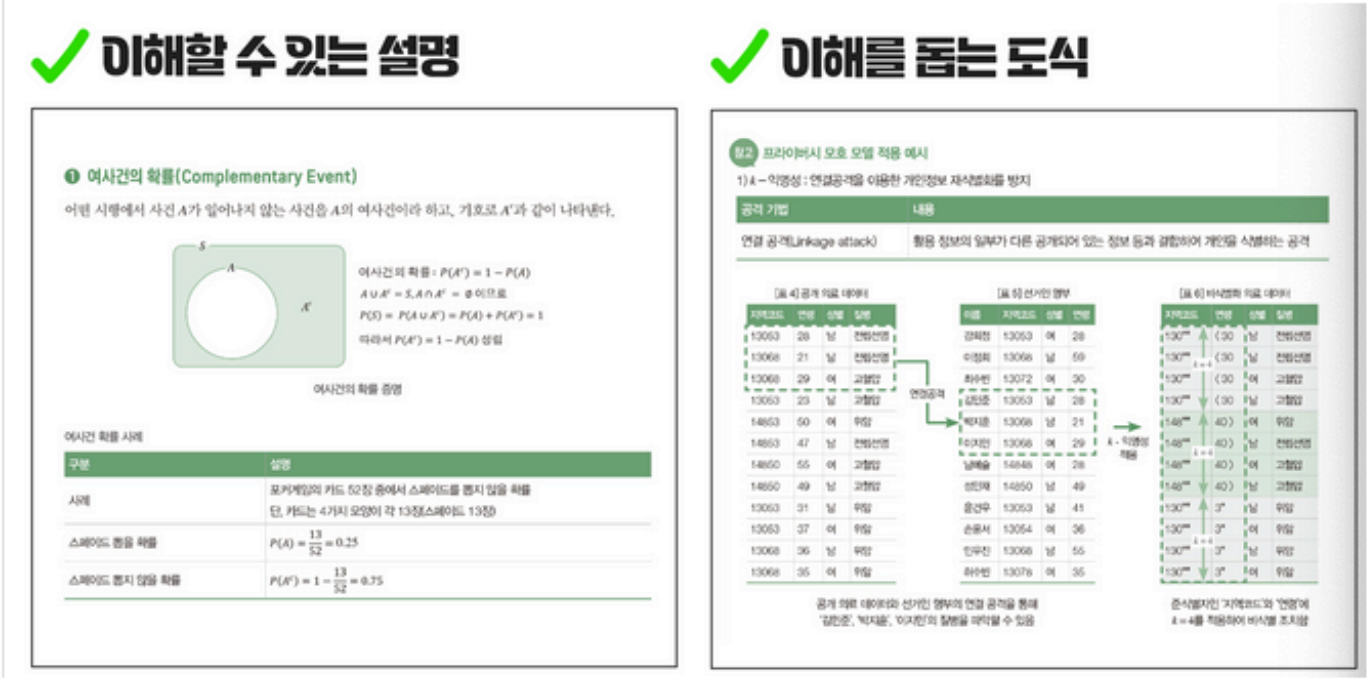

무료 온라인 강의 제공

기출 풀이 및 13시간 분량 동영상 무료제공

QR 코드 클릭!!! --> 핵심 개념, 유튜브 동영상 링크

6.1.3 확률분포

6.1.3.1 통계학과 확률

빅분기_23
6.1.3.1~6.1.3.2

통계학은 표본의 자료를 이용하여 모집단의 특성에 대해, 확률을 이용해 모수를 추론한다. 따라서 확률은 통계적 방법론의 기본 이론이 된다.

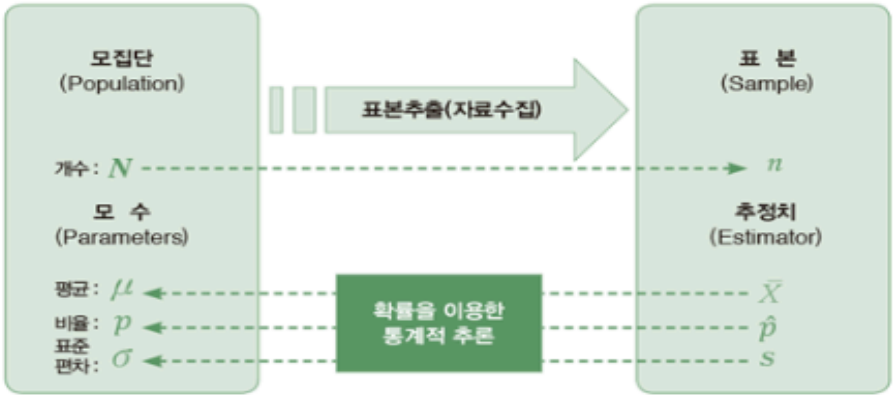

통계학과 확률의 관계

30 일 학습 플랜 및 Q/A 커뮤니케이션 피드백 제공

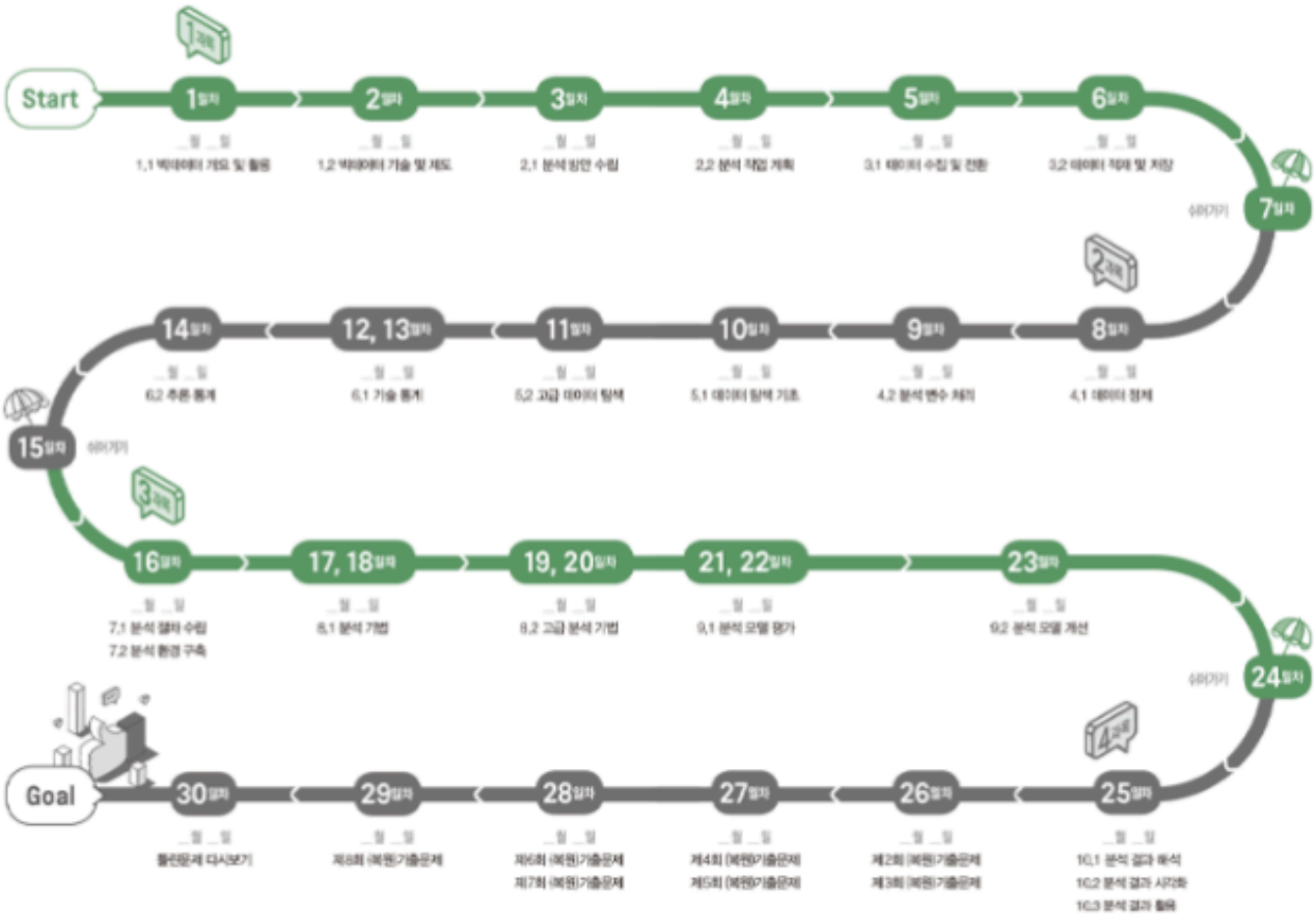

Q&A 및 정오표 / 빅분기 30일 스터디 운영
(복원)기출문제 / 무료 동영상 강의 (13시간)
도서 리뷰&합격 후기 이벤트
cafe.naver.com/ilifobooks

01. 빅데이터의 특징 3가지로 옳은 것은?

① 규모, 속도, 가치
② 속도, 다양성, 가치
③ 규모, 다양성, 가치
④ 규모, 속도, 다양성

02. 다음 중 데이터가 처리되는 과정에서 변경되거나 손상되지 않고, 유지함을 보장하는 특성으로 알맞은 것은?

① 데이터 완전성
② 데이터 무결성
③ 데이터 정확성
④ 데이터 일관성

03. 기업분석 수준진단의 항목에 속하지 않는 것은?

① 조직규모
② 분석 데이터
③ 분석기법
④ IT인프라

04. 데이터 사이언티스트(데이터 과학자)가 가져야 할 소프트 스킬(Soft Skills)로 옳은 것은?

① 통찰력 있는 분석
② 전문지식
③ 통계기법
④ 알고리즘

05. 데이터 사이언스의 업무와 관계가 없는 것은?

① 적합한 모델을 선정한다.
② 가정의 한계를 고려한다.
③ 해석의 한계에서 벗어난다.
④ 분석 모델에 대한 한계점은 배제하고 진행한다.

06. 데이터 분석가의 특징 중 옳지 않은 것은?

① 데이터 분석의 객관성을 위해 배경지식을 배제해야 한다.
② 데이터를 다루는데 필요한 다양한 도구와 기술을 숙달해야 한다.
③ 데이터를 수집하고 분석하여 통찰력을 얻어야 한다.
④ 데이터 분석결과를 다른 부서나 팀원에게 효과적으로 전달하고 설명할 수 있어야 한다.

07. 하둡 분산파일시스템(Hadoop Distributed File System, HDFS)의 설명으로 옳은 것은?

① 여러 데이터를 한 곳에 저장할 수 있다.
② 블록당 10MB이하의 제한이 있다.
③ 범용 하드웨어보다는 고성능 컴퓨터를 주로 사용한다.
④ 네임노드가 망가지면 정상적인 작동을 못한다.

08. 다음 중 빅데이터 플랫폼 계층구조의 설명으로 옳지 않은 것은?

① 소프트웨어 계층, 플랫폼 계층, 인프라스트럭처 계층이 있다.
② 소프트웨어 계층은 앱과 관련이 있다.
③ 플랫폼 계층은 데이터 제공 관리를 한다.
④ 인프라스트럭처 계층은 데이터 수집, 저장, 정제를 한다.

09. 데이터 3법에 해당하지 않는 것은?

① 개인정보보호법
② 정보통신망이용촉진 및 정보보호 등에 관한 법률
③ 공공데이터제공 및 이용 활성화에 관한 법률
④ 신용정보이용 및 보호에 관한 법률

10. 다음 중 데이터 일부 또는 전체를 식별할 수 없도록 노이즈나 공백 등으로 대체하는 것은?

① 가명처리 ② 총계처리
③ 데이터범주화 ④ 데이터 마스킹

11. 다음 중 분석기획에서 우선순위 고려요소가 아닌 것은?

① 중요도
② ROI
③ 분석가능성
④ 분석 데이터 적용 수준

12. CRISP-DM 절차에 대해 옳은 것은?

① 데이터 이해 – 업무 이해 – 전개 – 평가
② 데이터 이해 – 업무 이해 – 평가 – 전개
③ 업무 이해 – 데이터 이해 – 평가 – 전개
④ 업무 이해 – 데이터 이해 – 전개 – 평가

13. 빅데이터 분석기획 단계에서 하는 일이 아닌 것은?

① 데이터 준비
② 위험요인 계획
③ 설계 및 계획
④ 비즈니스 이해

14. 다음 중 비정형 데이터가 아닌 것은?

① 동영상 파일
② 오디오 파일
③ 문서
④ 판매가격 데이터

15. 반정형 데이터는 테이블의 행과 열로 구조화되어 있지는 않으나 스키마 및 메타데이터 특성을 가지고 있다. 다음 중 반정형 데이터에 해당되지 않는 것은?

① HTML ② XML
③ RDB ④ RDF

16. 개인정보 비식별화 기술로 수치적 개인정보를 임의의 수 기준으로 올림 또는 내림하는 기법은?

① 암호화
② 랜덤라운딩
③ 임의 잡음 추가
④ 식별자 삭제

17. 다음 중 정형 데이터 품질검증방법으로 옳지 않은 것은?

① 진단 대상 정의 : 품질 이슈에 대한 수요 및 현황을 조사해 품질 진단 대상 데이터베이스를 선정하고, 진단 방향성을 정의
② 품질 진단 실시 : 대상에 대한 상세 수준의 품질 진단 계획 수립 후 품질 진단 영역별 진단을 실시
③ 진단 결과 분석 : 오류 원인 분석, 업무 영향도 분석을 통해 개선 과제를 정의
④ 업무규칙 : 진단 비즈니스 특성만 알 수 있고, 데이터 오류는 검증 못함

18. 데이터 누락 시 다음 데이터 품질 특성 중 어떤 성질을 만족 못하는가?

① 일관성
② 정확성
③ 적시성
④ 완전성

19. 다음 중 오토샤딩(Auto-Sharding)을 사용하며, 처리속도가 빠른 Nosql DB의 종류는?

① Casandra ② Redis
③ Mongdb ④ Couchdb

20. 분석 마스터 플랜 수립에서의 범위 및 방식의 고려요소로 옳지 않은 것은?

① 분석 데이터 적용 수준
② 실행용이성
③ 기술 적용 수준
④ 업무 내재화 적용 수준

21. 데이터 전처리 방법으로 잘못된 것은?

① 레거시 시스템으로만 전처리를 진행해야 한다.
② 비정형 데이터는 정제를 진행해야 한다.
③ 전처리 시 삭제 및 수정 진행이 가능하다.
④ 데이터를 통합하여 정제를 진행할 수 있다.

22. 다음 중 데이터 정제 방법으로 옳은 것은?

① 데이터 손실을 최소화하기 위해 누락된 데이터를 임의로 채운다.
② 구분자가 포함되어 있을 수 있으니 처리해야 한다.
③ 이상치 데이터를 모두 제거한다.
④ 단일 데이터 포인트를 기반으로 모든 데이터를 수정한다.

23. 다음 표를 보고 알맞은 것을 고르시오.

```
> summary(subset_Wage)
          year              age      health_ins                wage
 Min.   :2003   Min.   :18.00   1. Yes:2083   Min.   : 20.09
 1st Qu.:2004   1st Qu.:33.75   2. No : 917   1st Qu.: 85.38
 Median :2006   Median :42.00   NA's  : 10    Median :104.92
 Mean   :2006   Mean   :42.41                 Mean   :111.70
 3rd Qu.:2008   3rd Qu.:51.00                 3rd Qu.:128.68
 Max.   :2009   Max.   :80.00                 Max.   :318.34
```

① 전부 Numerical한 변수이다.
② 결측값은 age 변수와 health_ins 변수가 가지고 있다.
③ wage 변수는 우측으로 기울어져 있다.
④ age 변수의 max값은 이상값이다.

24. 다음 중 혈액형에 대해 결측치가 발생했을 때 대체할 값으로 적절한 것은?

① 최빈값 ② 기하평균
③ 중앙값 ④ 산술평균

25. 일변량일 때 이상값 검출방법으로 옳지 않은 것은?

① 사분위수를 이용한다.
② 산포도를 그려본다.
③ 상자그림에서 상자를 벗어나는 값을 이상치로 판단한다.
④ 3표준편차보다 큰 경우 이상치로 본다.

26. 아래 표를 보고 옳지 않은 것을 고르시오.

번호	1	2	3	4	5	6	7	8	9	10
값	2	3	4	5	6	7	8	9	10	50

① 왜도를 사용하여 데이터의 쏠림 정도를 파악한다.
② 분포의 기울어진 정도를 설명한 통계량을 분석한다.
③ 좌측 방향으로 기울어져 있다.
④ 이상치가 없음을 확인할 수 있다.

27. 다음 중 계량적 수치에 해당하지 않는 것은?

① 직장인의 평균 업무시간 ② 같은 반 학생의 무게
③ 기업의 매출액 ④ 개인의 견해/의견

28. 변수선택에 대한 설명으로 옳지 않은 것은?

① 분산 변수선택 – 분산이 기준치보다 높은 데이터 제거
② 단일 변수선택 – 분류 성능 혹은 상관관계가 높은 특성만을 선택
③ 모델기반 변수선택 – 랜덤포레스트 등 특정 중요도가 정확도가 높은 특성을 선택
④ 반복적 변수 선택 – 반복해서 수행하며 가장 좋은 걸 선택하는 방법

29. 특이값 분해(Singular Value Decomposition, SVD)에 대한 설명 중 옳지 않은 것은?

① 행렬을 여러 특이값과 특이벡터로 분해하는 방법
② 행렬의 스펙트럼 이론을 임의의 직사각행렬에 대해 일반화한 것
③ 주어진 $M \times N$ 크기의 행렬 $A = U \times \Sigma \times V^T$
④ $M \times M$정방행렬

30. 다음 파생변수를 생성하는 방법으로 옳지 않은 것은?

① 컬럼이름 변경
② 컬럼별 데이터 나누기
③ 컬럼별 데이터 더하기
④ 컬럼 데이터 1대1 배치

31. 표준분포인 X1 ~ X3의 공분산 행렬을 보고 옳지 않은 것을 고르시오.

	X1	X2	X3
X1	24.586473	14.458009	4.015487
X2	14.458009	33.797439	-2.001997
X3	4.015487	-2.001997	25.309955

① X1, X3 상관계수는 1이다.
② X1의 분산은 24.58이다.
③ X1, X2는 양의 상관관계이다.
④ X2, X3의 상관은 −2.001997이다.

32. 다음의 설명에 대한 해석으로 가장 옳은 상관계수는?

두 변수 간의 선형관계가 있지만 비교적 약한 양의 관계를 나타냄.
한 변수가 증가하면 다른 변수도 증가함.

① 상관계수 1
② 상관계수 0
③ 상관계수 0.25
④ 상관계수 −1

33. 다음 중 중심경향값으로 옳지 않은 것은?

① 평균
② 중앙값
③ 최빈값
④ 표준편차

34. 분포가 한쪽으로 쏠려 있는지 알 수 있는 통계량은?

① 상관계수 ② 첨도
③ 분산 ④ 왜도

35. 다음 중 최빈값에 대한 설명으로 바르지 않은 것은?

① 주어진 데이터 집합에서 가장 자주 나타나는 값, 즉 최고 빈도로 나타나는 값을 나타낸다.
② 데이터의 중심경향성을 파악하는데 사용한다.
③ 연속형 자료의 대표값으로 가장 적절하다.
④ 이상치(Outlier)가 데이터 집합에 포함되어 있는 경우, 최빈값은 그 영향을 받을 수 있다.

36. 이산형확률변수의 확률분포로 알맞은 것은?

① F 분포
② z 분포
③ 이항분포
④ 지수분포

37. 표준편차가 10, 평균이 60인 모집단(모집단은 정규분포)이 있다. 70의 Z-score를 구하라

① 0
② 1
③ 1.25
④ −1

38. 도시 내 여성 비중 40%, 180cm 이상의 남성은 15%, 여성은 2.5% 일 때, 180cm인 사람이 여성일 확률은?

① 0.08
② 0.1
③ 0.15
④ 1

39. 다음 중 중심극한정리에 대한 설명으로 옳지 않은 것은?

① 크기가 크면 표준정규분포를 따른다.
② 표본의 수가 30보다 클 경우 적용된다.
③ 연속형 변수에만 사용 가능하다.
④ 반드시 모분포가 정규분포를 따를 필요는 없다.

40. 다음 중 가설 검정에 대한 설명으로 옳지 않은 것은?

① 유의성 검정이라고도 한다.
② 귀무가설 1개, 대립가설1개만 설정한다.
③ 양측검정은 기각역이 양측에 나뉘어져 있다.
④ 귀무가설은 증명하고 싶은 가설이다.

41. 분류 모델에 대한 설명으로 알맞은 것은?

① 고등학생 내신점수로 수능점수 예측

② 빵집에서 날씨, 요일, 공휴일, 계절별로 분석해 판매량을 예측

③ 배우, 감독, 배급사, 투자비 정보로 이익 예측

④ 카드사에서 가입정보로 신용등급 예측

42. 다음 중 회귀와 분류 모델 평가지표에 대한 설명으로 옳지 않은 것은?

① 대표적인 분류 모델 평가지표로는 정확도, 정밀도, F1점수가 있다.

② 평균제곱오차(Mean Squared Error, MSE)는 회귀 모델의 평가지표이다.

③ 회귀와 분류 모델은 종속변수가 다르지만 동일한 평가지표를 사용한다.

④ 데이터와 문제의 특성에 따라 적절한 평가지표를 선택해야 한다.

43. 아래 수식이 설명하는 것은?

$$J(\theta) = MSE(\theta) + \alpha \sum_{i=1}^{n} |\theta_i|$$

① 릿지(Ridge)

② 라쏘(Lasso)

③ 엘라스틱넷(Elastic Net)

④ 로지스틱회귀(Logistic Regression)

44. 회귀분석 잔차의 가정에 대한 설명으로 옳지 않은 것은?

① 잔차들의 평균은 0이다.

② 잔차들의 분산은 모두 같다고 가정한다.

③ 잔차의 자유도는 표본의 크기에서 항상 −1한 값이다.

④ 잔차제곱합이 작을수록 좋은 모델이다.

45. 의사결정나무의 정지규칙으로 옳지 않은 것은?

① 깊이(Depth)가 최대면 멈춘다.

② 마지막 가지 끝에 남은 개수가 일정 개수 이하이면 멈춘다.

③ 가지에 남은 개수가 같으면 멈춘다.

④ 더 이상 나눌 수 없으면 멈춘다.

46. 인공신경망이 보기의 설명과 같을 때 출력값은?

마지막 은닉층의 첫번째 노드 0.1
마지막 은닉층의 두번째 노드 −0.1
첫번째 노드의 가중치 0.2
두번째 노드의 가중치 0.1
출력층의 bias가 −0.1
출력함수 : $f(x) = x$ $(x >= 0)$ otherwise $f(x) = 0$

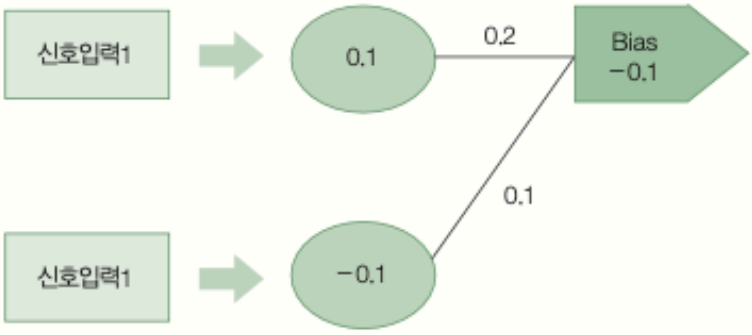

① 1
② −1
③ 0.09
④ 0

47. 다음 중 보기의 설명에 들어갈 알맞은 말은?

역전파 알고리즘은 출력부터 반대방향으로 순차적으로 (ㄱ) 하면서 (ㄴ)을 증가시키는 방법이다.

① 편미분, 학습률
② 정적분, 가중치
③ 내적, 가중치
④ 편미분, 내적

48. 다음과 같이 연관분석을 계산했을 때 (사과->우유)의 향상도값은?

데이터 1 : (사과, 달걀, 우유)
데이터 2 : (사과, 달걀, 우유)
데이터 3 : (사과, 달걀)
데이터 4 : (우유, 음료수, 커피)
데이터 5 : (우유, 음료수, 커피, 사과)

① 0.7542
② 1.125
③ 0.9375
④ 1.752

49. 다음 중 사전에 군집을 설정하지 않아도 되는 것은?

① 가우시안 혼합행렬
② 스펙트럼 군집분석
③ 계층적 군집분석
④ k-평균 군집분석

50. 종속변수가 없을 때 사용하는 모델 유형으로 적절한 것은?

① 나이브 베이즈 분류기
② 의사결정나무
③ k-최근접 이웃
④ k-평균군집

51. 정준상관분석에 대한 설명으로 옳은 것은?

① 집단 1개일 때 여러 변수 상관관계
② 집단 2개일 때 상관관계
③ 다변량 독립변수와 다변량 종속변수의 상관관계
④ 암묵적인 상관을 찾고 싶을 때 탐색적으로 사용

52. 다음 방식 중 언어 모델이 아닌 것은?

① GPT(Generative Pre-trained Transformer)
② BERT(Bidirectional Encoder Representations from Transformers)
③ YOLO(You Only Look Once)
④ BART(Bidirectional and Auto-Regressive Transformers)

53. 자연어 처리를 위한 트랜스포머(Transformer) 기법이 아닌 것은?

① Forget gate
② Self-attention
③ Multi-head attention
④ Positional Encoding

54. 다음 빈칸에 알맞은 단어를 올바르게 연결한 것은?

( )는 입력시퀀스를 단일벡터로 바꾸고, ( )는 단일벡터를 출력시퀀스로 바꾼다.

① 인코더, 디코더
② 디코더, 인코더
③ 제너레이터, 디제너레이터
④ 디제너레이터, 제너레이터

55. 다음은 인코딩 기법에 대한 예시이다. 해당 인코딩 기법에 대해 알맞은 것은?

```
"Red" = [1, 0, 0]
"Green" = [0, 1, 0]
"Blue" = [0, 0, 1]

"Red" + "Blue" = [1, 0, 1]
"Red" + "Green" + "Blue" = [1, 1, 1]
```

① 타겟인코딩(Target Encoding)
② 원핫인코딩(One-Hot Encoding)
③ 레이블인코딩(Label Encoding)
④ 빈도인코딩(Frequency Encoding)

56. 소셜 미디어 데이터 분석방법으로 옳지 않은 것은?

① 텍스트 마이닝
② 네트워크 분석
③ 워드클라우드 분석
④ 맵리듀스

57. 병렬화에 알맞은 모델의 배합으로 옳은 것은?

① 배깅 – 아다부스트
② 배깅 – 랜덤포레스트
③ 부스트 – 랜덤포레스트
④ 부스트 – 그라드부스트

58. 다음 중 잘못 분류된 데이터에 가중치를 부여하는 앙상블 방법은?

① 배깅
② 부스팅
③ 보팅
④ 가지치기

59. 2개의 집단에서 사용되는 비모수 검정방법은?

① z검정
② 카이제곱검정
③ 윌콕슨부호검정
④ T검정

60. 차원의 데이터를 이해하기 쉬운 저차원의 뉴런으로 형상화 학습 기법은?

① 다차원척도법

② 자기조직화지도(SOM)

③ 인공신경망

④ 로지스틱회귀분석

61. 혼동행렬을 계산한 값으로 옳은 것을 고르시오.

		예측값	
		0	1
실제값	0	TN = 3	FP = 2
	1	FN = 2	TP = 3

① 정분류율 = 3/4

② 민감도 = 5/7

③ 특이도 = 3/5

④ 재현율 = 5/7

62. 전기 사용량 계산에 사용할 지표로 적절하지 않은 것은?

① MSE

② RMSE

③ MAPE

④ F1-Score

63. 다음 중 F1-Score를 올바르게 표현한 것은?

① $2\times(Precision + Recall)/(Precision \times Recall)$

② $2\times(Precision + Recall)\times(Precision \times Recall)$

③ $2\times(Precision \times Recall)/(Precision + Recall)$

④ $2\times(Precision \times Recall)\times(Precision + Recall)$

64. K-평균군집분석에서 최적 K 평균을 구하는 방법으로 올바른 것은?

① 엘보우 메소드(Elbow Method)

② ROC Curve(Receiver Operating Characteristic Curve)

③ 오분류표(Confusion Matrix)

④ 특이도(Specificity)

65. ROC 곡선에 대한 설명으로 옳지 않은 것은?

① 머신러닝 모델을 평가한다.
② 특이도와 민감도를 이용한다.
③ X축은 특이도, Y축은 민감도이다.
④ 아래 면적이 클수록 좋은 모델이다.

66. 교차검증에 대한 설명으로 옳지 않은 것은?

① k 폴드는 k개를 학습 데이터로 사용한다.
② k 폴드는 k개로 나눈다.
③ 홀드아웃보다 계산이 빠르지 않다.
④ 2번 나눈 폴드보다 K를 10으로 하면 더 신뢰할 수 있다.

67. 학습 데이터(Training Data)와 평가 데이터(Test Data)에 대한 설명으로 적절하지 않은 것은?

① 평가 데이터를 학습에 사용해 모델의 성능을 높인다.
② 학습 데이터와 평가 데이터는 전체 데이터의 개수에 따라 나눈다.
③ 학습이 잘되었을 때 평가 데이터와 학습 데이터의 성능 차이가 작으면 모델이 적합하다고 할 수 있다.
④ 모델을 구축할 때 학습 데이터가 사용된다.

68. 다음 중 K-fold에서 k=10일 때 옳지 않은 것은?

① 학습 데이터로 1개를 사용한다.
② 평가 데이터로 1개를 사용한다.
③ 평가 데이터는 전체 데이터의 10%를 차지한다.
④ 평가 데이터를 통해 과적합을 방지할 수 있다.

69. 적합도 검정(Fitness Validation)에 대한 설명으로 잘못된 것은?

① 데이터 집합이 특정 확률분포(예 : 이항분포, 다항분포)를 따르는지 확인하는 데 사용한다.
② 카이제곱검정(Chi-Square Test)이 대표적이다.
③ 범주형 데이터의 분포가 기대되는 분포와 일치하는지 검증하는 통계적인 방법 중 하나다.
④ 귀무가설이 기각되더라도 기대도수 합과 전체도수의 합은 동일하다.

70. 다음 Q-Q Plot과 회귀선에 대한 설명으로 옳은 것은?

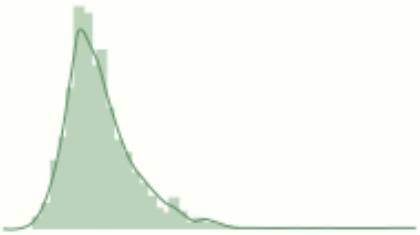

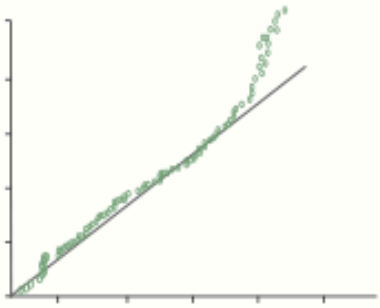

(가) 왜도가 0이상이다.
(나) 분포가 좌측에 치우쳐져 있다.
(다) 종속변수에 로그를 취하면 정규화된다.

① 가, 나
② 가, 나, 다
③ 나, 다
④ 가, 다

71. 선형회귀가 과적합일 때 대처방법은?

① 데이터의 양을 줄인다.
② 모델의 복잡성을 높인다.
③ 편향-분산 트레이드오프(Bias-Variance Trade-off) 관계를 확인한다.
④ SSE를 구해서 확인한다.

72. 과적합에 대한 설명으로 틀린 것은?

① 데이터 수를 늘리면 과적합이 된다.
② 과적합은 학습 데이터와 검증 데이터 간 성능 차이가 크지만, 과소적합은 차이가 작다.
③ 학습 데이터에 너무 적합하게 학습되어, 학습 데이터에 대한 성능은 매우 우수하지만 검증 데이터나 테스트 데이터에 대한 성능이 크게 저하되는 경우를 말한다.
④ 과적합이나 과소적합 모두 모델의 일반화 능력을 저하시키므로 균형을 찾는 것이 중요하다.

73. 과적합에 대한 설명으로 올바른 것은?

① 학습 데이터 정확도 70%, 평가 데이터 정확도 70%
② 학습 데이터 정확도 70%, 평가 데이터 정확도 90%
③ 학습 데이터 정확도 90%, 평가 데이터 정확도 70%
④ 학습 데이터 정확도 90%, 평가 데이터 정확도 90%

74. 초매개변수(하이퍼파라미터) 최적화에 대한 설명으로 옳지 않은 것은?

① 초매개변수는 변경이 가능하다.
② 모델의 성능은 이미 정해진 손실함수에 의해 결정된다.
③ 초매개변수 선택은 모델 선택 전 데이터 집합 수준에서 결정 가능하다.
④ 초매개변수 사용 시 경험이 많은 전문가가 유리하다.

75. 다음 중 앙상블 기법이 적용된 것으로 올바르지 않은 것은?

가. k = 1,5,7인 KNN(k 근접이웃)기법을 결합시킨다.
나. 로지스틱회귀분석, 의사결정나무, 나이브 베이즈 모델을 결합시킨다.
다. 선형회귀 모델을 결합시킨다.

① 가, 나
② 나, 다
③ 가, 다
④ 가, 나, 다

76. 시공간데이터에 대한 설명으로 옳지 않은 것은?

① 기상 데이터는 특정 위치에서 시간에 따른 기후 조건을 기록한 것이며, 이러한 데이터는 공간상의 여러 위치에서 수집된다.
② 시간적 변동성을 분석하여 추세, 계절성, 주기성 등을 파악하며, 공간적 변동성을 통해 서로 다른 위치에서의 데이터 패턴을 비교하고 해석한다.
③ 시공간데이터는 다차원 데이터로 간주되며, 각 시간 스텝에서 여러 공간 위치에서 관측된 값들로 이루어져 있다.
④ 공간데이터는 시간데이터를 계산하여 추출할 수 있다.

77. 명목형 데이터 요약 시 사용하는 그래프가 아닌 것은?

① 막대그래프
② 원형그래프
③ 파레토그램
④ 히스토그램

78. 시간시각화에 대한 설명으로 잘못된 것은?

① 주로 시계열 데이터(시간에 따라 측정된 데이터)를 다루는 데 사용된다.
② 시간시각화 기법으로는 선그래프, 막대그래프 등이 있다.
③ 점그래프에서 점의 분포와 배치로는 데이터 흐름파악이 힘들다.
④ 시간시각화의 예로는 주식가격차트, 기상예보, 교통 데이터 분석 등이 있다.

79. 비교시각화에 대한 내용으로 적절한 것은?

① 시간에 따른 변화에 대한 시각화를 의미한다.

② 비교시각화의 예로는 교통자수 사망자 수와 부상자 수에 대한 자료 등이 있다.

③ 비교시각화 기법으로는 버블차트와 산점도가 있다.

④ 다양한 (변수에 대한) 특징을 한 번에 체크가 가능하다.

80. 아래와 같이 자동차별 수치를 활용하기에 적절한 시각화 기법은 무엇인가?

① 레이더차트

② 산점도행렬

③ 버블차트

④ 히스토그램

교재 구매

알라딘

https://www.aladin.co.kr/shop/wproduct.aspx?ItemId=340941223

yes24

https://www.yes24.com/Product/Goods/127010099

교보문고

https://product.kyobobook.co.kr/detail/S000213501601

[데이터분석 준전문가 교재 참고]아이리포 '2025 ADsP 의 모든것'

https://blog.naver.com/buksamfight/223494433745